Excel

1. **Rrumbullakso cila është ikona e programit Microsoft Excel:**

a. b. c. 

2. **Cila nga prapashtesat e shënuara më poshtë, është specifikë e programit Microsoft Excel:**

a) .xxls b) .xlss c) .xls ç) .xsl

3. **Kolonat dhe rreshtat janë të renditura në mënyrë**
   a) alfabetike
   b) numra
   c) alfabetike dhe numra

4. **Gjatë shkrimit të një formule matematikore në programin MS Excel, s`pari duhet të shënohet simboli:**

a) # b) = c) - ç) +

5. **Le të supozojmë se C4 dhe C5 përmbajnë vlerat 3 dhe 3. Nëse selektohen këto dycelula dhe tërhiqet miu poshtë deri në celulën C8, çfarë vlerash do të kenë celulat C6, C7, C8:**

a) 4, 5, 6 b) 3, 3,3, 3 c) 9, 12, 15 ç) 5, 5, 5

6. **Le tësupozojmë se C4 dhe C5 përmbajnëvlerat 2 dhe 5. Nëse selektohen këto dy celula dhe tërhiqet miu poshtë deri në celulën C8, çfarë vlerash do të kenë celulat C6, C7, C8:**

a. 4, 5, 6 b) 3, 3, 3 c) 9, 12, 15 ç) 8, 11, 14

7. **Çfarë domethënie ka shënimi "Times New Roman" në përpunimin e teksteve**
   b. Madhësi e shkronjave
   c. Format i tabelës
   d. Hapësirë ndërmjet rreshtave
   e. Lloji I shkronjave

8. Cila është vlera qe do te fitohet ne celulën E5, duke u bazuar në te dhënat në figure?

f. 12
g. 15
h. 17
i. 41

	A	B	C	D	E	F
1						
2				12		
3	17					
4		15				
5					=MIN(A3:C6)	
6			41			
7						
8						

9. Cila eshte vlera qe do te fitohet ne celulen E5 duke u bazuar ne te dhenat ne figure?

j.41
k. 17
l.15
m. 12

	A	B	C	D	E	F
1						
2				12		
3	17					
4		15				
5					=MIN(B2:D6)	
6			41			
7						

10. Në bazë të të dhënave në figure çfarë vlere do të fitohet në qelin D1?

n. 0
o. 2
p. 5
d. 6

	A	B	C	D
1			5	=MIN(B1:C7)
2	2			
3				
4				
5				
6		6		
7				
8				

11. Në bazë të të dhënave në figure çfarë vlere do të fitohet në qelin B1?

a. 0
b. 10
c. 12
d. 15

	A	B	C	D	E
1		=MAX(C4: D8)			
2					
3	15				
4			10		
5				12	
6					
7					
8					

12. Si behet mbledhja e qelive D4, D5, D6, D7?

a.=D4+D5+D6+D7

b. D4+D5+D6+D7

c. MAX(D4+D5+D6+D7)

13. Insert worksheet ne MS execel perdoret per ?

a. insertimin e nje rreshti

b. insertimin e nje kolone

c. insertimin e nje pune

14. Nese ne celulen C3 eshte shenuar 7, ne E5 numri 12, ndersa ne ate D5 numri 3, funksioni =SQRT(C3+E5-D5), I shenuar ne celulen A2 jep kete rezultat:

a. 4

b.16

c. 32

d. 256

15. Nese ne Exel vlera ne celulen D2 eshte 6, ne celulen D3 eshte 7 dhe ne celulen D4 eshte 6, me funksion =(D2+D3-D4/D3) fitojme vleren:

a. 1

b. 3

c. 6

d. 7

16. Opsioni i zgjedhur insert colums ne dritaren e programit MS Exel perdoret:

a. Insertimin e nje rreshti

b. Insertimin e nje kolone

c. Insertimin e nje grafiku

d. Insertimin e nje fletepunuese

17. Nese vlera X-it eshte e vendosur ne celulen A1, e Y-it ne A2 dhe Z-se ne A3, formulaper llogaritjen e vleres minimale ne MS Excel eshte ?

a. =min(A1*A2+A3+A1-A3)

b. min(A1+A3,A1*A2-A3)

c. max(A1*A2+A3,A1*A2-A3)

d. =max(A1*A2+A3,A1*A2-A3)

18. **Llogaritja e shumes se qelive F4, F5, F6, F7, F8;**

a. =SUM(F4+F5+F6+F7+F8)

b. =SUM(F4:F8)

c. SUM(F4-F5-F6-F7-F8)

d. =(F4,F5,F6,F7,F8)

19. Nese ne celulen C3 eshte shenuar 7, ne celulen C4 eshte shenuar 5 dhe ne celulen C5 eshte shenuar 12, me funksionin =MAX(C3:C8), i cili eshte shenuar ne celulen A2 fitojme vleren:

a. 3

b. 0

c. 7

d. 12

20. Nese ne Exel vlera ne celulen D2 eshte 20, ne celulen D3 eshte 7 dhe ne ceulen D4 eshte 6, e funksion =(D2+D3-D4)/D3 fitojme vleren:

a. 21
b. 7
c. 4
d. 8

21. Opsioni i zgjedhur WORKSHEET ne dritaren e programit MS Exel perdoret per:

a. Insertimin e nje rreshti
b. Insertimin e nje kolone
c. Insertimin e nje grafiku
d. Insertimin e nje fletepune

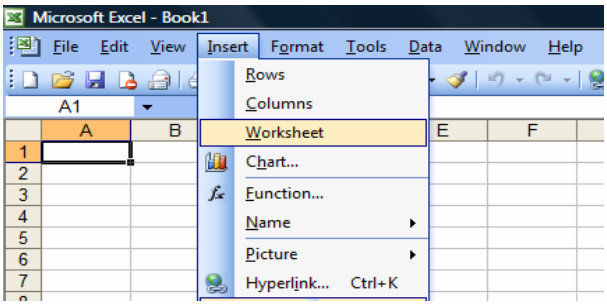

22. Adresat absolute në programin MS Excel, të cilat nuk ndryshojnë të dhënat edhe kur formula që i përmbanë ato kopjohet në pozicione tjera, ka formën:

a. $E30
b. $(E30)
c. $E$30
d. E30$

23. Çfarë domethënie ka shënimi "Arial" në përpunimin e teksteve?

a. Madhësi e shkronjave
b. Format I tabelës
c. Lloje I shkronjave
d. Hapësirë ndërmjet rreshtave

24. Nëse vlera e x-it është vendosur në celulën A1 e y-it në A2 dhe z në A3. Formula e cila mundëson llogaritjen e vlerës së shprehjes matematikore Min(xy+z,xy-z) në programinMS Excel, është

a. = MIN(A1*A2+A3, A1*A2-A3)
b. MIN(A1*A2+A3, A1*A2-A3)
c. MIN (A1*A2-A3, {A1*A2+A3})
d. = MIN (A1*A2-A3, {A1*A2+A3})

25. Nëse vlera e x-it është vendosur në celulën A1 e y-it në A2 dhe z në A3. Formula e cila mundëson llogaritjen e vlerës së shprehjes matematikore MAX(xy+z,xy-z) në programin MS Excel, është:

a. = MAX(A1*A2+A3,A1*A2-A3)
b. MAX (A1*A2+A3, A1*A2-A3)
c. MAX (A1*A2+A3/[A1*A2+A3ë)
d. = MAX (A1*A2+A3/[A1*A2+A3ë)

26. Cili është kombinimi i tasteve që përdoret për vendosjen e datës aktuale në qelulë:

a. Ctrl +;
b. Ctrl +>
c. Ctrl +<
d. Ctrl +”

27. Sa do të jetë vlera në celulën A3, nëse skaji i djathtë i poshtëm i qelulave të zgjedhura tërhiqet poshtë:

a. 2
b. 3
c. 0
d. 1

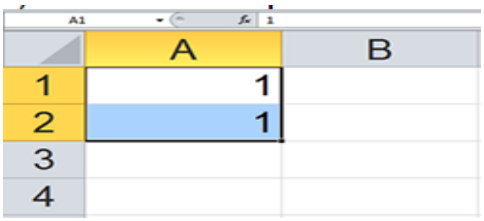

28. Adresa e një qelule do të jetë kombinim i një shkronje që përcakton kolonën dhe numrit që përcakton rreshtin. Adresa e qelulës së zgjedhur mund të gjendet në opsionin e quajtur:

a. Formula Bar
b. Name Box
c. Ribbon
d. FormulaBox

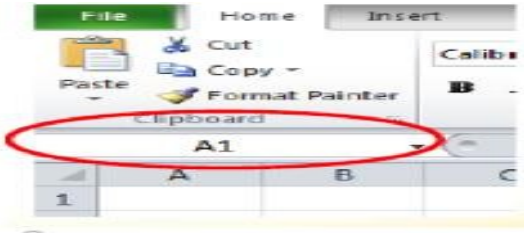

29. Opsioni i zgjedhur në dritaren e programit MS Excel përdoret për:

a. Insertimin e një komenti për një rresht të tërë
b. Insertimin e një komenti ne celulen e zgjedhur
c. Insertimin e një komenti për një fletëpune
d. Insertimin e një komenti për një libërpune

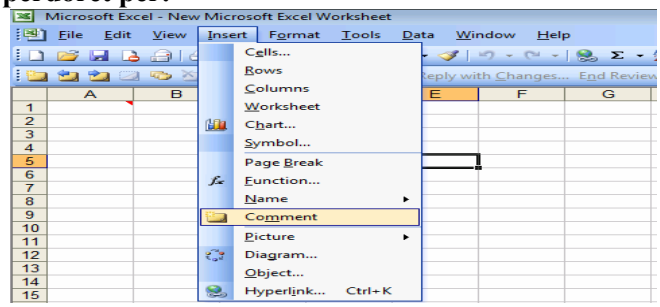

30. Është dhënë shprehja y=3*a^2 + 2*b për vlerat e variablave a=2, b=3 sa është vlera e y

a. 17
b. 18
c. 24
d. 32

31. Opsioni i zgjedhur në dritaren e programit MS Excel mundëson:

a. Vendosjen e shiritit të formulave në dritaren e cilit do program

b. Ndryshime në shiritin e formulave në dritaren e cilit do program

c. Vendosjen e shiritit të formulave në dritaren e programit MS Excel

d. Ndryshime në shiritin e formulave në dritaren e programit MS Excel

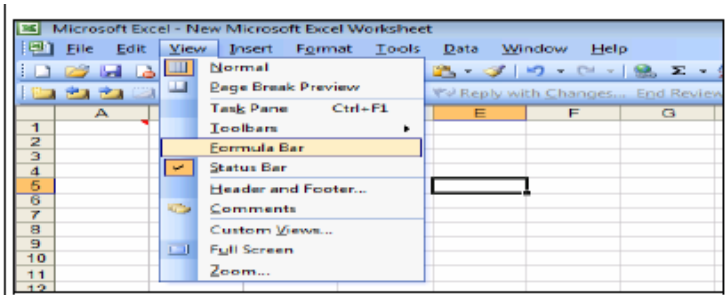

32. Nesee në celulën C3 është shënuar numri7, në E5 numri 12, ndërsa në atë D5 numri 3, funksioni =SQRT(C3+E5-D5), i shënuar në celulën A2 jep këtë rezultat:

a) 4
b) 16
c) 32
d) 256

33. Bazuar në funksionin e shkruar në celulën F2, pas ekzekutimit do të fitohet vlera:

a. 5
b. 15
c. 25
d. 35

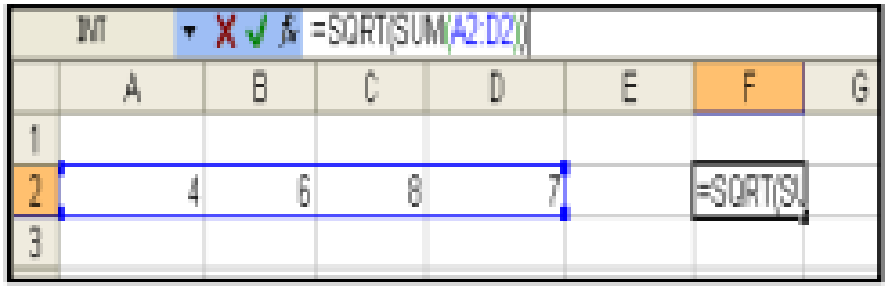

34. Trego për çka përdoret vegla vijuese **ë programin MS Excel:**

a. Sortimin e shënimeve

b. Filtrimin e shënimeve

c. Kopjimin e shënimeve

d. Fshirjen e shënimeve

35. Trego për çka përdoret vegla vijues **në programin MS Excel:**

a. Sortimin e shënimeve

b. Filtrimin e shënimeve

c. Kopjimin e shënimeve

d. Fshirjen e shënimeve

36. Sa do të jetë vlera në celulën A3, nëse skaji i djathtë i poshtëm i qelulave të zgjedhura tërhiqet poshtë:

a. 1
b. 2
c. 3
d. 0

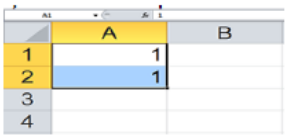

37. Sa do të jetë vlera në celulën A3, nëse skaji i djathtë i poshtëm i qelulave të zgjedhura tërhiqet poshtë:

a. 1
b. 2
c. 3
d. 4

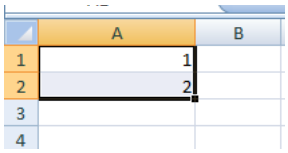

38. Trego si shënohen numrat decimal në Excel:

a) Presje (,) b) Pikë (.) c) Dypika (:) d) Pikëpresje (;)

39. Trego si shënohet Data, në programin MS Excel:

Presje (,) b) Pikë (.) c) Dypika (:) d) Pikëpresje (;)

40. Shkurtesa per paraqitjen e diagramit është

a. F11
b. F1
c. F3

41. Në programin ms excel, sa do të jetë vlera numerike që fitohet pas ekzekutimit të funksionit "=ROUNDUP(0.1223,2)"

a. 0.13
b. 0.2
c. 0.1
d. 0.123

42. Nëse në një celulë të programit MS Excel shkruhet =ODD(12.99) pas shtypjes së tastit Enter, do të fitohet:

a. 13
b. 12
c. 12.99
d. 1299

43. Nëse në celulën C3 është shënuar numri 130, në E5 numri 30, ndërsa në atë D5 numri 60, funksioni =LOG10(C3+E5-D5), i shënuar në celulën A2 jep këtë rezultat:

a. 2
b. 4
c. 8
d. 100

44. Bazuar në funksionin e shkruar në celulën F2, pas ekzekutimit do të fitohetvlera:

a. 5
b. 15
c. 25
d. 35



45. Në programin MS Excel janë vendosur shenimet vijuese. Nëse kërkohet llogaritja e shumës së numrave të zgjedhur, cila prej shprehjeve të mëposhtme duhet të përdoret?

a. = SUM(A1:B3)
b. = SUM(A1:D5)
c. = SUM(C4)
d. = SUM(A1:B3,C4)

	A	B	C	D
1	1	16	23	4
2	18	2	4	5
3	35	5	15	3
4	35	6	21	8
5	7	55	5	34

46. Në programin MS Excel janë vendosur shënimet vijuese. Sa do të jetë vlera numerike që do të paraqitet në celulën A5, pas shtypjes së tastit Enter

a. 1
b. 2,5
c. 3
d. 4

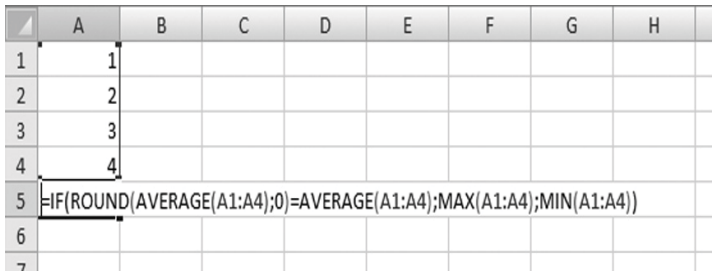

47. Në figurë janë treguar rezultatet e një gare. Sa është numri i atyre që kanë votuar për grupin Koha, nëse numri i votuesve ishte 1200 ?

a. 3
b. 30
c. 36
d. D. 300

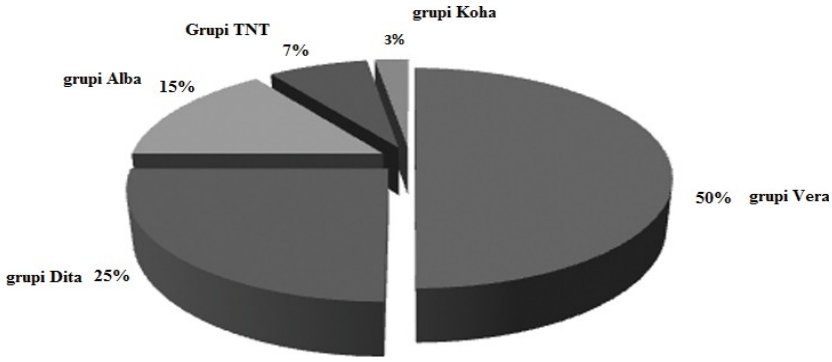

48. Cili nga veprimet e mëposhtme do të selektojë të gjithë celulat e fletës:

a. Klikojmë një herë me të majtën e miut në cepin e djathtë lart të fletës
b. Shtypim njëkohësisht tastet Ctrl+A
c. Klikojmë tri herë me të djathtën e miut në një celulë të fletës
d. Shtypim njëkohësisht tastet Ctrl+S

49. Cila është rruga e duhur për të fshirë një fletë nga libri i punës në programin MS Excel:

a. Klikojmë në tastin e djathtë të miut tek emri i fletës dhe zgjedhim DELETE
b. Shkojmë tek DATA–REMOVE DUBPLICATES
c. Me tastin e djathtë të miut tek emri i fletës zgjedhim INSERT – ENTIRE - COLUMN
d. Shkojmë tek DATA – Conditional Formating – Clear Rules

50. Nëse në skajin e epërm të një celule shfaqet një trekëndësh i kuq, do të thotë:

a. Ekziston një koment i lidhur me këtë celulë
b. Në këtë celulë ka një gabim
c. Ngjyra e tekstit në këtë cellule është e kuqe
d. Në këtë celulë nuk mund të vendoset asnjë formulë

51. Zona e celulave që fillon me celulën A1 dhe përfundon me celulën J15, shkruhet si: A1..J15

a. =A1,J15
b. =A1-J15
c. =A1:J15
d. =A1;J15

52. Cila nga komandat e mëposhtme kthen prapa veprimin e fundit të kryer, në MS Excel:

a. UNDO
b. CUT
c. REDO
d. PASTE

53. Çfarë ekzekuton formula =Sheet2!D28+Sheet2!E28, në programin MS Excel:

a. Llogarit shumën e celulave D28 dhe E28
b. Llogarit shumën e të gjithë celulave të rreshtit 28
c. Llogarit mesataren e celulave D28 dhe E28
d. Formula është shkruar me gabime

54. Gjatë punës në MS Excel, në raste të caktuar paraqitet simboli *#DIV/0*!. Cila është arsyeja për këtë:

a. Shumëzimi me zero
b. Mbledhja me zero
c. Pjesëtimi me zero
d. Zbritja me zero

55. Procedura e vendosjes së një drejtkëndëshi për shkruarjen e tekstit të caktuar në MS Excel është:

a. Insert - Text Box
b. Insert - Chart
c. File - Page Setup
d. File - Chart

56. Renditja e opsioneve Insert - Text Box, në programin MS Excel, mundëson:

a. Paraqitjen grafike
b. Drejtkëndëshin e tekstit
c. Paraqitjen e vizatimeve
d. Paraqitjen e një ekuacioni

57. Në figurën vijuese është paraqitur:

a. Libraria e funksioneve
b. libraria e funksionet për sortim dhe filtrim
c. Libraria e dokumenteve bazë
d. Libraria e tabelave

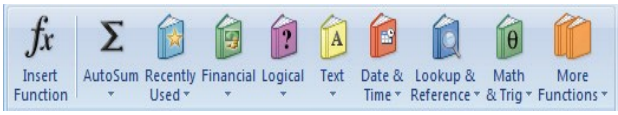

58. Në figurën vijuese është paraqitur një shirit i veglave të programit MS Excel, i cili mundëson:

a. Paraqitjen grafike -Charts
b. Llogaritjet tabelare – Tables
c. Llogaritjen me funksione- Function Library
d. Auditimin e formulave – Formula Auditing

59. Adresa absolute ne programin MS Excel, te cilat nuk ndryshojne te dhenat edhe kur formula qe I permbane ato kopjon ne pozicione tjera, ka formen:

a) $F30
b) $(F30)
c) $F$30
d) F30$

60. Pas ekzekutimit te funksionit te treguare ne figure, vlera e qelules C2 do te jete:

a) False
b) Error
c) N/A
d) True

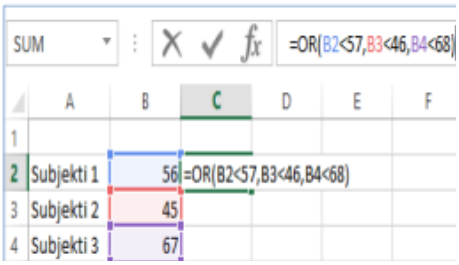

61. Bazuar ne funksionin e shkruar ne celulen F2, pas ekzekutimit do te fitohet vlera:

a. 26
b. 21
c. 28
d. 15

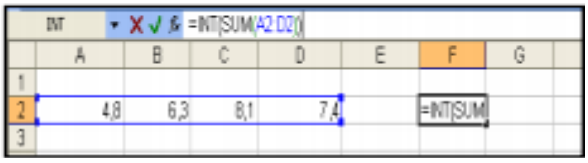

62. Gjatë punës në MS Excel, në raste të caktuar paraqitet simboli #REF!. Cila është arsyeja:

a) Tregon se në formulë është përdorur ndonjë qelizë që është fshirë
b) Tregon se në formulë është përdorur ndonjë gabim gjate shkruarjes
c) Tregon se në formulë është përdorur ndonje shkronje

63. Gjatë punës në MS Excel, në raste të caktuar paraqitet simboli #NAME?. Cila është arsyeja:

a) Tregon se në formulë është përdorur ndonjë qelizë që është fshirë
b) Tregon se në formulë është përdorur ndonjë gabim gjate shkruarjes
c) Emri ose parametrat e funksionit janë dhënë gabimisht

64. Gjatë punës në MS Excel, në raste të caktuar paraqitet simboli #VALUE!.Cila është arsyeja:

a) Tregon se në formulë është përdorur ndonjë qelizë që është fshirë
b) Vlera e funksionit nuk mund të llogaritet, sepse ka vlera që nuk kanë kuptim për atë funksion
c) Emri ose parametrat e funksionit janë dhënë gabimisht

65. Gjatë punës në MS Excel, në raste të caktuar paraqitet simboli #NUM!. Cila është arsyeja:

a) Tregon se në formulë është përdorur ndonjë qelizë që është fshirë
b) Është shkruar ndonjë numër që nuk lejohet të përdoret në funksion.
c) Emri ose parametrat e funksionit janë dhënë gabimisht

66. Ne Header/Footer në MS Excel ne menyre automatike mund te vendosim:

a) numrin e faqes
b) oren dhe daten
c) shtegun e ruajtjes se dokumentit
d) te gjitha te larte cekurat

67. Gjate filtrimit te te dhenave ne MS Excel shenja ? (pikpyetje) zevendeson:

a) vetem nje karaktere brenda fjales
b) disa karaktere brenda fjales
c) asnjera me larte

68. Gjate filtrimit te te dhenave ne MS Excel shenja * (yll) zevendeson:

a) vetem nje karaktere brenda fjales
b) disa karaktere brenda fjales
c) asnjera me larte

69. Duke u bazuar ne figure trego cila eshte formula per paraqitjen e automatike te nxenesit vijues (Milot) i cili kalon apo nuk kalon testin, nëse pragu i kalueshmëris eshte mbi 50:

a) =IF(C3>50,"Kalon","Nuk kalon")
b) =IF(C3>=50,"Kalon","Nuk kalon")
c) IF(C3>50,"Kalon","Nuk kalon")

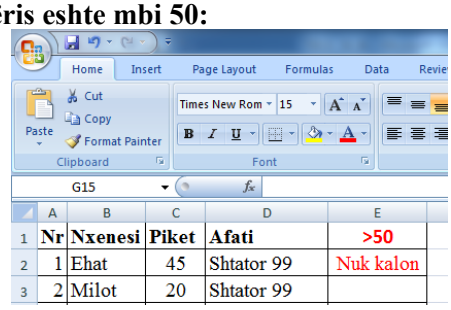

70. COUNTA ne MS Excel ka funksionin e:

a. Numërimit te fushave te cilat permbajne vetem numra
b. Numërimit te fushave vetem te zbrazta
c. Numërimi i fushave tekstuale

71. Ne celulen G3 ne MS Excel, pas shtypjes se tastit ENTER, do te paraqitet:

a. 10
b. 5
c. 32

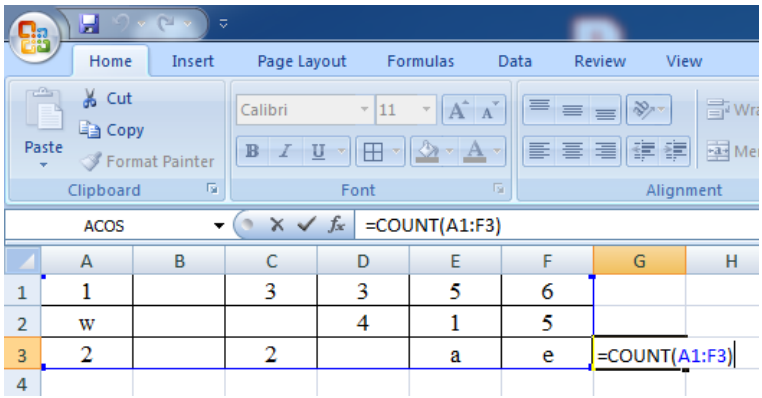

72. Ne celulen G3 ne MS Excel, pas shtypjes se tastit ENTER, do te paraqitet:

a. 10
b. 5
c. 32

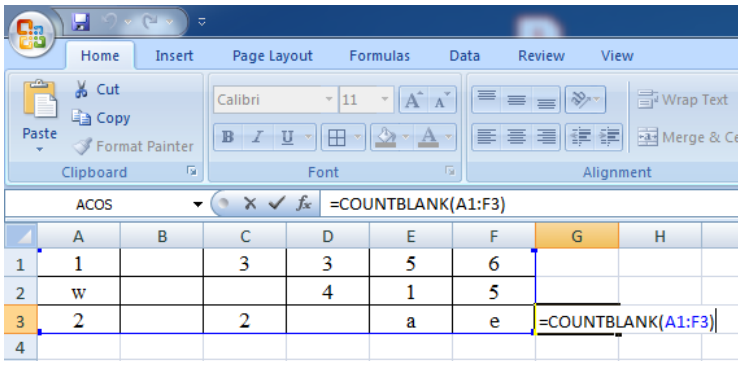

73. Vegla vijuese **në programin MS Excel përdoret per te treguar:**

a. Sa eshte celula rregullohet fonti
b. Ndarja e rreshtave ne nje celule
c. Bashkon disa celula

74. Trego për çka përdoret vegla vijuese **në programin MS Excel:**

a. Sa eshte celula rregullohet fonti
b. Ndarja e rreshtave ne nje celule
c. Bashkon disa celula

75. Opcioni Shrink to fit në programin MS Excel ka funksionin per:

a. Ndarja e rreshtave ne nje celule
b. Bashkon disa celula
c. Sa eshte celula rregullohet fonti

76. Gjate shkrimit te funksioni upper në MS Excel funksioni paraqet tekstit prej:

a) Te medha ne te vogla
b) Te vogla ne te medha
c) Shkonja pare e madhe tjerat te vogela

77. Sipërfaqja e punës në programin MS Excel përbëhet nga :

a. Regjistrat
b. Hapësirat
c. Fushat
d. Celulat

78. Opsioni i zgjedhur në dritaren e programit MS Excel mundëson:

a. Vendosjen e shiritit të formulave në dritaren e cilitdo program
b. Ndryshime në shiritin e formulave në dritaren e cilitdo program
c. Vendosjen e shiritit të formulave në dritaren e programit MS Excel
d. Ndryshime në shiritin e formulave në dritaren e programit MS Excel

79. Me cilen formule ne programin MS Excel do te merret pergjigjja "Po", ne celulen C2, per te dhenat e treguara ne figure:

a. =IF(C2="Po")
b. =IF(B2=C2,"Po")
c. =IF(B2>50,"Po")
d. =IF(B2=50,"Po")

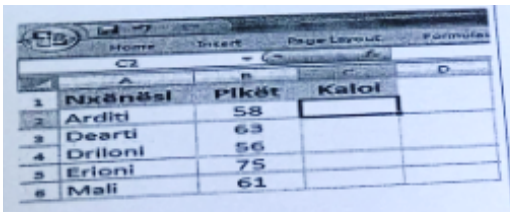

	A	B	C	D
1	Nxënësi	Pikët	Kalol	
2	Arditi	58		
3	Dearti	63		
4	Drilloni	56		
5	Erioni	75		
6	Mali	61		

80. Shenimi i nje teksti te gjate ne nje qelize te ngushte dhe qe teksti te paraqitet ne disa rreshta ne MS Excel mundesohet permes butonit;

a. Wrap Text
b. Merge & Center
c. Orientation
d. Border

81. Ne tabelen e paraqitur, cili nga funksionet ne MS Excel ben llogaritjen e shumes se pikeve te Albanit nga lendet e dhena:

a. =SUM(C2:C5)
b. =SUM(B2:C5)
c. =SUM(A1:A5)
d. =SUM(A2:C5)

	A	B	C
1	Lënda	Albani	Djella
2	Gjuhë shqipe	18	19
3	Matematikë	17	14
4	Biologji	6	8
5	Informatikë	13	15

82. Gjate punes ne MS Excel, sidomos ne rastet kur kemi numer te madh te te dhenave, kerkohet te fiksohet nje pjese e te dhenave ne ekran. Kete veprim (Freeze Panes) e mundeson opsioni:

a. Format
b. View
c. Insert
d. Help

83. Procedura e fillimit te nje paraqitje grafike, ne programin MS Excel, eshte:

a. Insert – Chart
b. File – Page Setup
c. Insert – Text Box
d. File – Chart

84. Ne cilen nga formulat vijuese te shkruara ne programin MS Excel, eshte perdore adresa absolute (shtylla dhe rreshti perkates jane fiksuar):

a. =(%A2-B4)(C3*F5)
b. =($A2-B4) /C3*$F5
c. =($A$2-B4)/C3*$F5)
d. =(&A&2-B4)/(&C&3*F5)

85. Formula =A12, ku permbajtja e qelizes duhet te kopjohet ne te gjitha qelizat e vargut te zgjedhur, gjate te cilet ndryshon edhe adresa e shtylles dhe e rreshtit, ashtu qe ti pershtatet lokacionit te ri ne Excel paraqet:

a. Adresim absolut
b. Adresimin e perzier
c. Adresimin relative
d. Email adresen

86. Pas ekzekutimit =AND(2>3,3<4), rezultati ne excel do te jete:

a. True
b. 2>3
c. False
d. 3<4

87. Ne tabelen e paraqitur si me poshte, pas ekzekutimit te funksionit ne excel =COUNTIF(A1:E2,">4") rezultati eshte

a. 5
b. 25
c. 3
d. 2

	A	B	C	D	E
1	2	6	4	7	1
2	0	8	5	3	9

88. Gjate ndeshjes se futbollit Kosove – Bullgari posedimi i topit ne loje eshte paraqitur si ne diagramin e meposhtem. Cili lloj i diagramit eshte perdorur ne programin MS Excel:

a. Bar
b. Column
c. Pie
d. Area

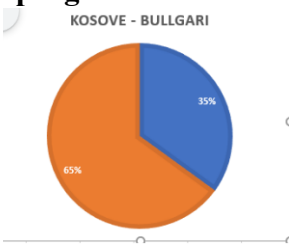

89. Pas ekzekutimit te dritares se dialogut me argumentet e funksionit si ne figuren e meposhtme rezultati ne excel do te jete:

a. 2019
b. 2019 Matura
c. Matura
d. Matura 2019

90. Pas ekzekutimit te funksionit =OR(3>5,2<4), rezultati ne excel do te jete

a. False
b. True
c. 3>5
d. 2<4

91. Nëse në celulën C3 është shënuar numri 130, në E5 numri 30, ndërsa në atë D5 numri 60, funksioni = LOG10(C3+E5-D5), i shënuar në celulën A2 jep këtë rezultat:

a. 2
b. 4
c. 8
d. 100

92. Opsioni i zgjedhur në dritaren e programit MS Excel përdoret për:

a. Insertimin e një rreshti
b. Insertimin e një kolone
c. Insertimin e një flete pune
d. Insertimin e një grafiku

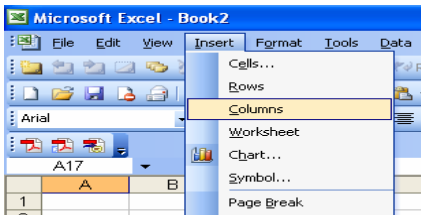

93. Nëse vlera e x-it është vendosur në celulën A1e **y-it** në A2 dhe **z** në A3. Formula e cila mundëson llogaritjen e vlerës së shprehjes matematikore **MIN (xy+z, xy-z)** në programin MS Excel, është:

a. = MIN(A1*A2+A3,A1*A2-A3)
b. MIN (A1*A2+A3, A1*A2-A3)
c. MIN (A1*A2+A3/[A1*A2+A3ë)
d. = MIn (A1*A2+A3/[A1*A2+A3ë)

94. Kolona ne Excel shenohet si:

b. A, B, C, etj
c. A1, B1, C1, etj
d. 1, 2, 3, etj
e. $A$1, $B$1, $C$1, etj

95. Pas ekzekutimit te formatimit te kushtezuar sipas rregulles se krahasimit si ne figuren e meposhtme, kushti ne Excel paraqet:

a. Nese vlera e qelizes eshte me e vogel se 50, ajo vlere paraqitet me te kuqe
b. Nese vlera e qelizes eshte me e madhe se 50, ajo vlere paraqitet me te kuqe
c. Nese vlera e qelizes eshte me madhe se 50, ajo vlere paraqitet me te verdhe
d. Nese vlerea e qelizes eshte me e madhe se 50, ajo vlere paraqitet me te gjelber

96. Cfare veprimi mundeson opcioni merge&center i zgjedhur ne MS Excel:

a. Ndarjen e kolonave
b. Bashkimin e rreshtave
c. Bashkimin e qelizave
d. Ndarjen e rreshtave

97. Nese qeliza A5 ne tabelen e meposhtme permban nje funksion qe rezultati i saj eshte 25, atehere cili nga funksionet ne Excel eshte zbatuar ne kete qelize:

a. =SUM(A1:A4)
b. =COUNT(A1:A4)
c. =AVERAGE(A1:A4)
d. =MIN(A1:A4)

	A
1	10
2	20
3	30
4	40
5	?

98. Sa do te jete vlera e qelizes D1, pas ekzekutimit te funksionit ne Excel =COUNFIF(A1:C10,”>0”), per te dhenat e treguara ne figure:

a. 23
b. 30
c. 7
d. 31

D1 =COUNTIF(A1:C10,">0")

	A	B	C	D	E	F	G
1	12	11	-43				
2	21	22	22				
3	2	-5	43				
4	3	4	65				
5	-4	7	13				
6	-3	-2	123				
7	21	12	324				
8	45	-23	123				
9	32	12	13				
10	345	-45	32				

99. Ne baze te te dhenave ne figure, cfare vlere do te fitohet ne celulen F11:

a. 42.00
b. 54.00
c. 6.20
d.74.00

	A	B	C	D	E	F	G
1			Tabela e shpenzimeve Mujore				
2							
3			Shpenzimi			Vlera	
4			Qiraja			300.00 €	
5			Telefoni fiks			42.00 €	
6			Telefoni mobil			54.00 €	
7			Pagesa per uje			6.20 €	
8			Pagesa per rryme			21.50 €	
9			Tjera			74.00 €	
10							
11						= MIN(F4:F6)	
12							

100. Cili prej funksioneve te shenuara me poshte perdoret per llogaritjen e rrenjes katrore ne programin MS Excel:

a. SUMIF
b. AVERAGE
c. COUNT
d. SQRT

101. Nese ne nje celule te programit MS Excel shkruhet =ODD(123456789), pas shtypjes se tastit Enter, do te fitohet:

a. =123456790
b. =123456788
c. =123456789
d. =123456791

102. Nese ne nje celule te programit MS Excel shkruhet =EVEN(123456789), pas shtypjes se tastit Enter, do te fitohet:

a. =123456790
b. =123456788
c. =123456789
d. =123456791

103. Në programin MS Excel janë vendosur shenimet vijuese. Nëse kërkohet llogaritja e shumës së numrave të zgjedhur, cila prej shprehjeve të mëposhtme duhet të përdoret?

A. = SUM(A1:B3)
B. = SUM(A1:D5)
C. = SUM(C4)
D. = SUM(A1:B3;C4)

	A	B	C	D
1	1	16	23	4
2	18	2	4	5
3	35	5	15	3
4	35	6	21	8
5	7	55	5	34

104. Vlera numerike e qelulës C3 në programin MS Excel, pas shtypjes së tasti ENTER, do të jetë:

a. 5
b. 6
c. 7
d. 8

	A	B	C
1	1	2	5
2	3	3	6
3			=IF(SUM(A1:B2)>=9;C1;C2)
4			

105. Vlera numerike e qelulës A3 në programin MS Excel, pas shtypjes së tastit ENTER, do të jetë:

a. 6
b. 5
c. 7
d. 8

	A	B	C
1	2	2	5
2	3	3	6
3			=IF(SUM(A1:B2)>=9;C1;C2)
4			

106. Në programin MS Excel janë vendosur shënimet vijuese. Sa do të jetë vlera numerike që do të paraqitet në celulën A5, pas shtypjes së tastit Enter

a. 1
b. 2,5
C. 3
D. 4

	A	B	C	D	E	F	G	H
1	1							
2	2							
3	3							
4	4							
5	=IF(ROUND(AVERAGE(A1:A4);0)=AVERAGE(A1:A4);MAX(A1:A4);MIN(A1:A4))							
6								

107. Cili nga veprimet e mëposhtme do të selektojë të gjithë celulat e fletës:

a. Klikojmë një herë me të majtën e miut në cepin e djathtë lart të fletës
b. Shtypim njëkohësisht tastet Ctrl+A
c. Klikojmë tri herë me të djathtën e miut në një celulë të fletës
d. Shtypim njëkohësisht tastet Ctrl+S

108. Cila është rruga e duhur për të fshirë një fletë nga libri i punës në programin MS Excel:

a. Klikojmë në tastin e djathtë të miut tek emri i fletës dhe zgjedhim DELETE
b. Shkojmë tek DATA–REMOVE DUBPLICATES
c. Me tastin e djathtë të miut tek emri i fletës zgjedhim INSERT – ENTIRE - COLUMN
d. Shkojmë tek DATA – Conditional Formating – Clear Rules

109. Nëse në skajin e epërm të një celule shfaqet një trekëndësh i kuq, do të thotë:

a. Ekziston një koment i lidhur me këtë celulë
b. Në këtë celulë ka një gabim
c. Ngjyra e tekstit në këtë cellule është e kuqe
d. Në këtë celulë nuk mund të vendoset asnjë formulë

110. Zona e celulave që fillon me celulën A1 dhe përfundon me celulën J15, shkruhet si:

A. A1..J15
B. A1,J15
C. A1-J15
D. A1:J15

111. Cila nga adresat e mëposhtme është një adresë absolute:

a. G$8
b. P72
c. $F$9
d. $K356

112. Le të supozohet se B9 dhe B10 përmbajnë vlerat 2 dhe 5. Nëse selektohen këto dy celula dhe tërhiqet miu poshtë deri në celulën B13, çfarë vlerash do të kenë celulat B11,B12,B13:

A. 9, 12, 15
B. 2,5,8
C. 8, 11, 14
D. 5, 5, 5

113. Le të supozohet se B9 dhe B10 përmbajnë vlerat 3 dhe 3. Nëse selektohen këto dy celula dhe tërhiqet miu poshtë deri në celulën B13, çfarë vlerash do të kenë celulat B11,B12,B13:

A. 4,5,6
B. 3, 3, 3
C. 9, 12, 15
D. 5, 5, 5

114. Cila nga komandat e mëposhtme kthen prapa veprimin e fundit të kryer, në MS Excel:

a. UNDO
b. CUT
c. REDO
d. PASTE

115. Çfarë ekzekuton formula =Sheet2!D28+Sheet2!E28, në programin MS Excel:

a. Llogarit shumën e celulave D28 dhe E28
b. Llogarit shumën e të gjithë celulave të rreshtit 28
c. Llogarit mesataren e celulave D28 dhe E28
d. Formula është shkruar me gabime

116. Gjatë punës në MS Excel, në raste të caktuar paraqitet simboli *#DIV/0*!. Cila është arsyeja për këtë:

a. Shumëzimi me zero
b. Mbledhja me zero
c. Pjesëtimi me zero
d. Zbritja me zero

117. Procedura e vendosjes së një drejtkëndëshi për shkruarjen e tekstit të caktuar në MS Excel është:

a. Insert €Text Box
b. Insert €Chart
c. File €Page Setup
d. File €Chart

118. Renditja e opsioneve Insert €Text Box , në programin MS Excel, mundëson:

a. Paraqitjen grafike
b. Drejtkëndëshin e tekstit
c. Paraqitjen e vizatimeve
d. Paraqitjen e një ekuacioni

119. Pamja e kursorit ne Excel qe shihni ne figure ka per funksion

a. Kopjimin e permbajtjes
b. Kopjimi I kolonave
c. Selektimi I qelizave
d. Zhvendosjen e qelizave

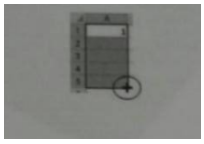

120. Butoni Orientation ne excel mundeson:

a. Rrotullimin e permbajtjes se qelizes per nje kend te caktuar
b. Formatimin e paraqitjes se qelizave
c. Filtrimin dhe sortimin e te dhenave
d. Bashkimin e qelizave te zgjedhura ne nje qelize te vetme

121. **Pas ekzekutimit te dritares se dialogut me argumentet e funksionit te paraqitur si ne figuren e meposhtme, rezultati ne Excel do te jete**:

a. 2019
b. 2019 Matura
c. Matura
d. Matura 2019



122. Pas ekzekutimit te funksionit =OR(3>5, 2<4), rezultati ne Excel do te jete:

a. A.3>5
b. B. FALSE
c. C.2<4
d. D.TRUE

123. Formula =A12, ku permbajtja e qelizes duhet te kopjohet ne te gjitha qelizat e vargut te zgjedhur, gjate te cilin ndyshon edhe adresa e shtylles dhe e rreshtit, ashtu qe ti pershtatet lokacionit te ri, ne excel paraqet:

a. Adresimin absolut
b. Adresimin e perzier
c. Adresimin relativ
d. Email adresen

124. Asistenti I nje zyre kishte shtuar nje tabele si ne pa[illegible]aqitur me poshte. Ai ne excel ka specifikuar kete tabele me:



a. 2 shtylla dhe 3 rreshta
b. 6shtylla dhe 3 rreshta
c. 3 shtylla dhe 2 rreshta
d. 10 shtylla dhe 4 rreshta

125. Ne cilen nga formulat vijuese te shkruara ne programin excel ,eshte perdorur adresa absolute (shtylla dhe rreshti perkates jane fiksuar)

a. =(%A2-B4)%C3*F5)
b. =(SA2-B4)/C3*SF5)
c. =(SAS2-B4)/C3*SFS5)
d. -(#A#2-B4)/#C#3*F5)

126. Pas ekzekutimit te dritares se dialogut me argumentet e funksionit te paraqitur si ne figuren e meposhtem, rezultati ne excel do te jete

a. 2019
b. 11
c. 10
d. 12



127. Ne tabelen e paraqitur si me poshte pas ekzekutimit te funksionit ne Excel =COUNTIF(A2:E2,”>4”), rezultati eshte

	A	B	C	D	E
1	2	6	4	7	1
2	0	8	5	3	9

a. 3
b. 25
c. 5
d. 2

128. Per te llogaritur rezultatin ne celulen D3, ne excel cila nga shprehjet ne vijim eshte perdorur:

a. =B3*C3
b. =B3+C3
c. =&B&3*C3
d. =B3*&C&3

	A	B	C	D
1	Produkti	Sasia	Çmimi	Për pagesë
2	Mjell	5	€ 2.50	€ 12.50
3	Sheqer	3	€ 1.00	€ 3.00
4	Krip	3	€ 1.20	€ 3.60
5				€ 19.10

129. Per te llogaritur rezultatin ne qelizen D2, ne excel cila nga shprehjet ne vijim eshte perdorur:

a. =$B$2/C2
b. =B2*C2
c. =B2+$C$2
d. =B2+C2

	A	B	C	D
1	Produkti	Sasia	Çmimi	Për pagesë
2	Fletore	10	€ 0.50	€ 5.00
3	Lapsa	2	€ 0.90	€ 1.80
4	Vizore	2	€ 2.00	€ 4.00

130. **Supozojme qe cmimi e nje malli eshte 15$. Cili formatim per vleren e qelizes eshte me i pershtatshem te definohet ne excel**:

a. Time
b. Percentage
c. Currency
d. Fraction

131. Nese ne tabelen e meposhtme deshirojme ti shohim ne excel vetem nxenesit nota e te cileve eshte 4, ne cilin katror duhet kliku[illegible]shtme per ta larguar tikun

	A	B
	Nxenesi	Nota
	Nxenesi1	5
	Nxenesi2	4
	Nxenesi3	3
	Nxenesi4	4

a. Para numrit 4
b. Ne select all
c. Para numrit 3
d. Para numrave 3 dhe 5

paraqitur me poshte. Pas ekz...
40,"2","1")))), nota e Jeta Morinës është:

	A	B	C	D	E	F	G	H	I	J	K	L
1	Nr.	Emri dhe mbiemri	Detyra shtëpie (10%)	Vëzgimet gjatë klasës (15 %)	Projekte (5%)	Punë në grupe (5 %)	Prezantime (5 %)	Detaja (10 %)	Vlerësim me goje (15 %)	Teste (40 %)	Gjithsej	Nota
2	1	Arta Krasniqi	9.33	12.00	4.17	3.67	4.17	10.00	4.67	34.00	82.00	
3	2	Driton Gashi	6.67	10.00	2.50	3.67	2.50	6.67	3.42	22.40	57.82	
4	3	Jeta Morina	8.67	13.00	5.00	4.33	4.17	6.67	3.92	32.80	78.55	
5	4	Mimoza Thaçi	9.33	14.00	4.17	4.67	2.50	3.33	4.42	16.00	58.42	
6	5	Petrit Kastrati	10.00	14.00	5.00	4.00	5.00	10.00	4.82	38.00	90.82	

132. Nxenesit pas vleresimit te vazhdueshem nga lenda e informatikes kane arritur kete sukses, si ne tabelen e paraqitur me poshte. Pas ekzekutimit te funksionit ne Excel =IF(K4>=90,“5”,IF(K4>=80,“4”, IF(K4>=60,“3”, IF(K4>=40,“2”, “1”)))), nota e Jeta Morines eshte:

a. 4
b. 5

c. 3
d. 2

133. Gjate ndeshjes se futbollit Kosove-Bullgari posedimi I topit ne loje eshte apraqitur ne diagramin e meposhtem. Cili lloj I diagramit eshte perdorur ne Excel:

a. Bar
b. Column
c. Pie
d. Area

134. Gjate ndeshjes se futbollit Kosove – Bullgari statistikat e lojes jane paraqitur si ne diagramin e meposhtme. Cili lloj I diagramit eshte perdorur ne Excel:

a. Column
b. Area
c. Line
d. Pie

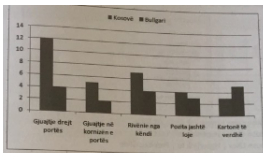

135. Pamja e kursorit ne excel qe shihni ne figure ka per funksion:

a. Kopjimin e permbajtjes
b. Kopjimin e kolonave
c. Selektimin e qelizave
d. Zhvendosjen e qelizave

136. Pamja e kursorit ne excel qe shihni ne figure ka per funksion

a. Zhvendosjen e qelizave
b. Kojimin e permbajtjes
c. Kopjimin e qelizave
d. Selektimin e qelizave

137. Formula =$A$3, ku permbajtja e qelizes duhet te mbetet konstante gjate kopjimit te formules ne excel paraqet:

a. Adresimin relativ
b. Mac adresen
c. Adresimin absolut
d. Adresimin e perzier

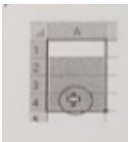

138. Si do te paraqitet teksti km gjate insertimit te numrit 30, nese ne excel ne kategorine Custom eshte zgjedhur tipi si ne figure?



a. 30 “km”
b. “km” 30
c. km 30
d. 30 km

139. Trego funksionin e butonit Autofit:

a. rregullon automatikisht gjerësinë ose lartësinë e një qelize
b. rregullon automatikisht veglat në meny
c. rregullon veglat në mëny varësisht nga përdorimi më i shpeshtë i tyre

140. Për të krijuar një grafik në Excel duhet të:

a. Selektoni zonën e qelizave që përmban të dhënat që do të përfshin grafiku
b. Krijoni tabelën përkatëse
c. Krijon tabelën dhe selekton zonën e qelizave që përmban të dhënat

141. Opsioni i zgjedhur në dritaren e programit MS Excel përdoret për të përcaktuar:

a. Shtimin e rreshtave
b. Lartësinë e rreshtave
c. Sa është celula rregullohet fonti

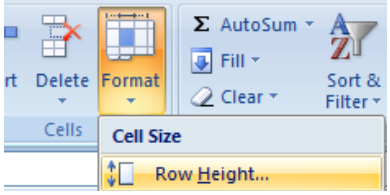

142. Shkurtesa me anë të tasteve për komandën e printim është:

a. Ctrl+P
b. Ctrl+F
c. Shift+P

143. Argumento në bazë të fotos së paraqitur kërkohen të gjithë personat të cilët ju fillon:

a) Emri me shkronjat Ar
b) Emri me shkronjat Ar edhe me një karakter
c) Emri me shkronjën Ar dhe karaktere tjera

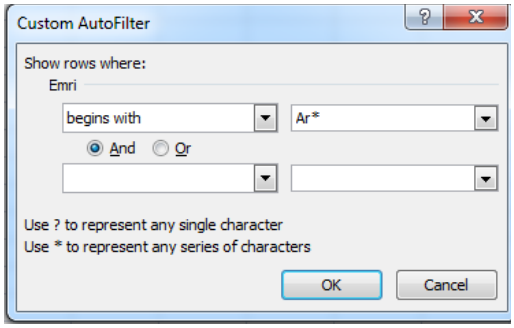

144. Asistentja e nje zyreje kishte shtuar nje tabele si ne panelin e paraqitur me poshte. Ajo ne excel ka specifikuar kete tabele me

a. 10 shtylla dhe 4 rreshta
b. 3 shtylla dhe 4 rreshta
c. 12 shtylla dhe 3 rreshta
d. 4 shtylla dhe 3 rreshta



145. Ne baze te te dhenave ne figure, cfare vlere do te fitohet ne celulen F11?

a. 300.00
b. 54.00
c. 21.50
d. 74.00

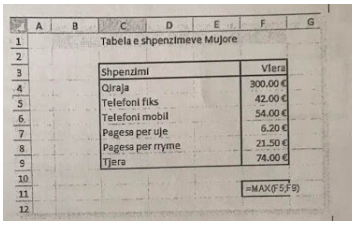

146. Ndryshimin e te dhenave ne programin MS Excel e mundeson tasti:

a. Alt
b. Insert
c. F2
d. F5

147. Paraqitja e tekstit nga ana e majte, duke marre vetem aq simbole sa eshte definuar ne funksion, ne Excel mundesohet permes funksionit:

a. =LEFT(“teksti”,nr_simb)
b. =TRIM(“teksti”,nr_simb)
c. =RIGHT(“teksti”,nr_simb)
d. =UPPER“teksti”,nr_simb)

148. Paraqitja e te dhenave te kufizuara ne fleten punuese dhe fshehjen e pjeseve te caktuara te saj, ne excel njihet si:

a. Orientim
b. Filtrim
c. Zevendesim
d. Sortim

149. Pas ekzekutimit te dritares se dialogut me argumentet e funksionit (UPPER) te paraqitur si ne figuren e meposhtme rezultati ne excel do te jete:

a. MATURA 2019
b. 2019 Matura
c. Matura
d. 2019



150. Pamja e kursorit ne excel qe shihni ne figure ka per funksion:

a. Ndryshimin e gjeresise se rreshtave
b. Ndryshimin e gjeresise se kolonave
c. Kopjimin e permbajtjes
d. Selektimin e qelizave



151. Ne qofte se deshirojme te bejme prezantimin e rezultateve te nxenesve ne lenden e TIK-ut ne figuren e meposhtme, cilin lloj te diagramit duhet ta perdorim ne excel

a. Area
b. Bar
c. Pie
d. Column

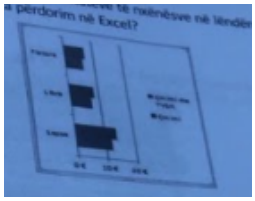

152. Nxenesi pas vleresimit te vazhdueshem nga lenda e matematikes kane arritur kete sukses, si ne tabelen e paraqitur me poshte. Pas ekzekutimit te funksionit ne Excel Nota e Mimoza Thacit eshte:

=IF(K4>=90,“5”,IF(K4>=80,“4”, IF(K4>=60,“3”, IF(K4>=40,“2”, “1”)))),

a. 4
b. 5
c. 3
d. 2

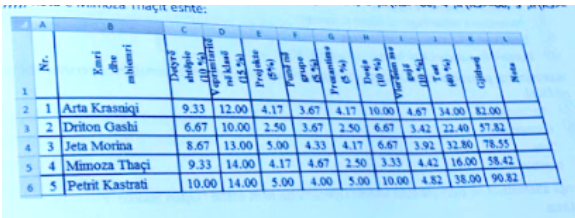

	A	B	C	D	E	F	G	H	I	J	K	L
1	Nr.	Emri dhe mbiemri	Detyrë shtëpie (10 %)	Vëzhgimet në klasë (15 %)	Provime (5%)	Punë me grupe (5 %)	Prezantime (5 %)	Detyra me shkrim (10 %)	Vëzhgimet gjatë (10 %)	T ari gjë (40 %)	Gjithsej	Note
2	1	Arta Krasniqi	9.33	12.00	4.17	3.67	4.17	10.00	4.67	34.00	82.00	
3	2	Driton Gashi	6.67	10.00	2.50	3.67	2.50	6.67	3.42	22.40	57.82	
4	3	Jeta Morina	8.67	13.00	5.00	4.33	4.17	6.67	3.92	32.80	78.55	
5	4	Mimoza Thaçi	9.33	14.00	4.17	4.67	2.50	3.33	4.42	16.00	58.42	
6	5	Petrit Kastrati	10.00	14.00	5.00	4.00	5.00	10.00	4.82	38.00	90.82	

153. Kolonat në Excel shënohen si:

A A, B, C, etj
B $A$1, $A$2, $A$3, etj
C A1, B2, C3, etj
D 1, 2, 3, etj

154. Në tabelën e paraqitur si më poshtë, pas ekzekutimit të funksionit në Excel =C1/B2, paraqitet mesazhi i gabimit:

A #DIV/0!
B #REF!
C #VALUE!
D #NAME?

	A	B	C	D
1	2	-4	5	1
2	-3	0	6	0

155. Pasi te aplikohet mbushja e qelizave ne Excel (si ne figure), cili do te jete rezultati ne qelizat vijuese ppas te pares:

a. Te gjitha qelizat vijuese do te mbushen me numrin 1
b. Te gjitha qelizat vijuese do te mbesin te zbrazeta
c. Qelizat do te mbushen me numrat vijuese qe vijne pas numrit 1
d. Qelizat vijuese do te mbushen me numrin 2

156. Tringa ne nje jave kishte shpenzuar te holla, si ne tabelen e paraqitur ne vijim. Cili nga funksionet e meposhtme ne Excel llogarit mesataren e shpenzimeve ditore te Tringes gjate kesaj jave:

=ROUND(A2:G2)
=SUM(A2:G2)
=COUNT(A2:G2)
=AVERAGE(A2:G2)



157. Pas ekzekutimit te funksionit =MEDIAN(2,4,3,4,5,2,3,2), rezultati ne Excel do te jete:

a. 2
b. 3
c. 4
d. 5

158. Pas ekzekutimit te funksionit ne excel te treguar ne figure, ne qelizen A3 e shenuar =a1=a2 do te paraqet teksti:

a. TRUE
b. =A1=A2
c. FALSE
d. Ardit

159. Ne tabelen e paraqitur si me poshte, pas ekzekutimit te funksionit ne Excel =SUMIF(A1:A5,"<5"), rezultati do te jete:

a. 5
b. 6
c. 11
d. 14

160. Yllka pas ekzekutimit te funksionit ne Excel =len(b2) nga tabela e paraqitur si ne vijim, rezultati do te jete:

a. 6
b. 7
c. 8
d. 9

161. Ne figure eshte zgjedhur tipi it e dhenave Long Text ne bazen e te dhenave ne Access. Sa eshte numri maksimal i karaktereve te ketij lloji te te dhenave:

a. 1024 karaktere
b. 8000 karaktere
c. 65535 karaktere
d. Nuk ka kufizime



162. Ne diagramin me shtylla te grumbulluara, te prezantuara ne power point jane paraqitur pikes e testit te nxenesve ne lenden e matematikes. Analizoni diagramin e meposhtem dhe tregoni se kush ka arritur me se shumti pike ne testin e dyte ne kete lende:

a. linda
b. petriti
c. fatoni
d. arta